ANGLES

ACTIVITÉ 1

1. **a.** Tracer la demi-droite d'origine O et passant par M. Comment la note-t-on ?
   b. Tracer la demi-droite d'origine O et passant par N. Comment la note-t-on ?
2. Intéressons-nous à l'angle formé par les points M, O et N. Comment pourrait-on noter celui-ci ?
3. Compléter.
   a. Le point O est le ..... de l'angle.
   b. Les demi-droites ..... et ..... sont les ..... de l'angle.

ACTIVITÉ 2

1. Construire une figure similaire à la figure ci-contre, représentant deux droites (d_1) et (d_2) coupées par une droite (d).

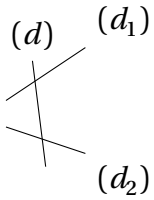

2. Marquer en rouge deux angles qui n'ont pas le même sommet et situés :
   — de part et d'autre de la droite (d) ;
   — entre les droites (d_1) et (d_2).

   *Deux tels angles sont **alternes-internes**.*
3. Marquer en bleu deux angles qui n'ont pas le même sommet et situés :
   — du même côté de la droite (d) ;
   — l'un entre les droites (d_1) et (d_2), l'autre non.

   *Deux tels angles sont **correspondants**.*
4. Parmi les figures suivantes, sur lesquelles sont représentés des angles alternes-internes ? Et correspondants ?

a.
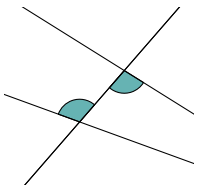

b.
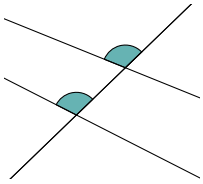

c.
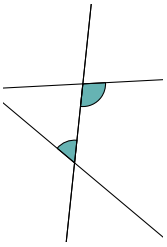
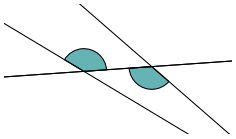
d.