NOMBRES RELATIFS

ACTIVITÉ 1

Un **carré magique** est un tableau carré tel que la somme pour chaque ligne, chaque colonne et chaque diagonale soit la même.

Compléter les carrés suivants pour les rendre magiques.

8		
	5	
4		2

Somme : .....

18		24
	15	
		12

Somme : .....

2	7	
	3	
		4

Somme : .....

	1	4
	7	
10		

Somme : .....

D'après mathematiques.daval.free.fr.

ACTIVITÉ 2

Voici les températures minimales (en °C) prévues à Caen pour cette semaine.

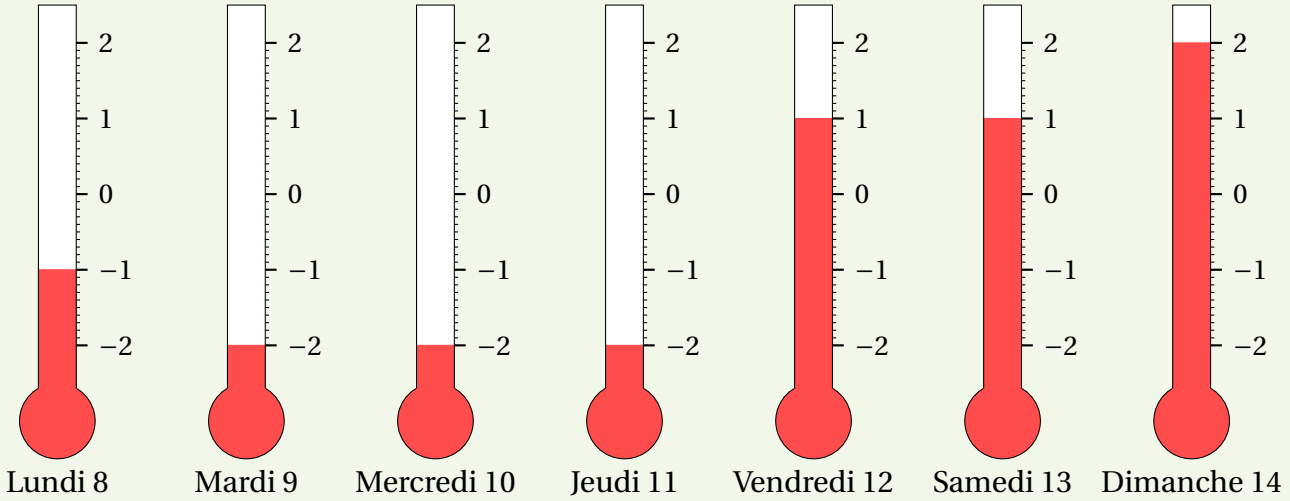

1. Placer les points correspondant aux différents jours de la semaine en fonction de leur température sur la droite graduée ci-dessous. Utiliser L pour lundi, M_1 pour mardi, M_2 pour mercredi, J pour jeudi, etc.

   À titre d'exemple, le point D est déjà placé.

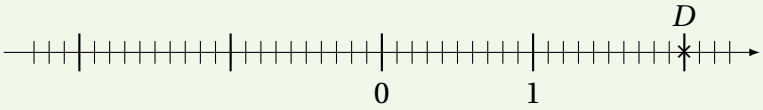

2. Utiliser cette droite graduée pour répondre aux questions suivantes.
   a. Quelles températures sont positives ?
   b. Quelles températures sont négatives ?
   c. Quelle température est la plus petite ?
   d. Combien de degrés celsius séparent le zéro de la température du jeudi 11 ?

   *Ce nombre est la **distance à zéro** de* -2.

ACTIVITÉ 3

Pour Pâques, la grand-mère d'Alex et Julie a caché ses œufs en chocolat dans le jardin. Pour aider ses petits enfants, elle leur a fait un plan. Chaque œuf est repéré par un point.

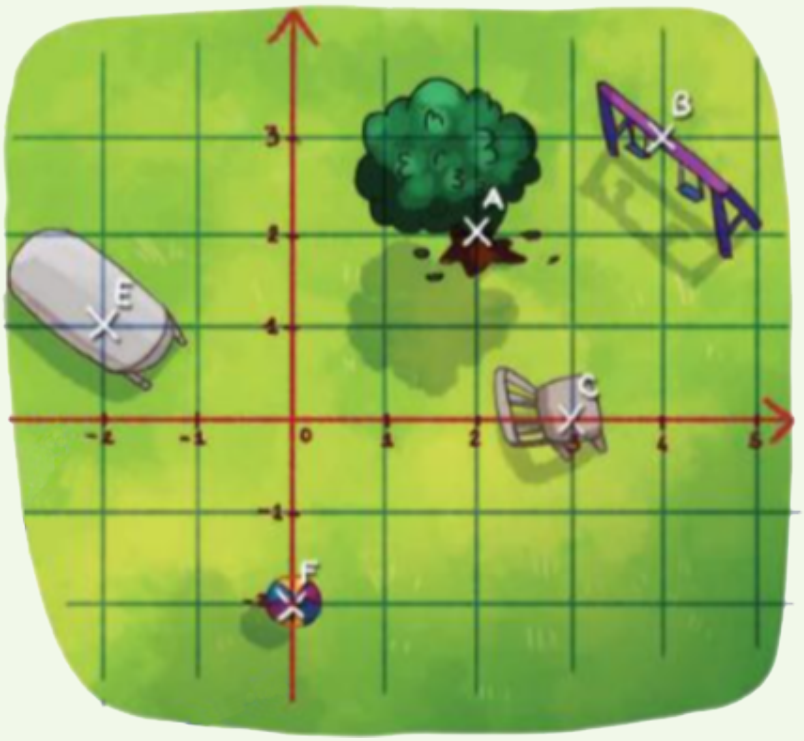

1. Comment peut-on faire pour donner précisément la position des œufs A et B ?

   Les nombres qui servent à repérer des points sont appelés ***coordonnées****. La première coordonnée est appelée* ***abscisse****, la seconde est appelée* ***ordonnée****.*

2. Quelles sont les coordonnées des points C, E et F ?

3. Reproduire le repère et y placer le point D de coordonnées $(3; -2)$, représentant le point de départ de la chasse aux œufs.

D'après Mission Indigo 5ème 2020.