EXERCICE

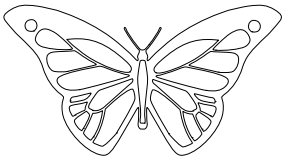

Figure 1



Figure 2



Figure 3



Figure 4

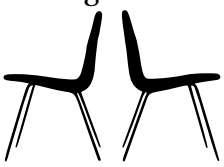

Figure 5

Figure 6

1. Pour chacune des figures ci-dessus, est-il possible de trouver un axe de pliage pour que la figure se superpose parfaitement sur elle-même ? Les tracer dans les cas où c'est possible.
2. Comment s'appelle un tel axe de pliage ?
3. Dans le cas où la figure se superpose sur elle-même, comment s'appelle "l'autre moitié" de la figure par rapport à l'axe de pliage ?