? ÉVALUATION DE MATHÉMATIQUES

EXERCICE 1

Répondre par vrai ou faux sans justifier.

1. Un parallélogramme est un rectangle.
2. Les droites (d_2) et (d_3) ci-dessous sont parallèles.

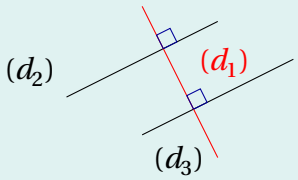

3. Deux droites confondues sont parallèles.
4. $156,034 = 156 + \frac{3}{10} + \frac{4}{100}$.
5. Vingt-cinq dixièmes $= 20 + \frac{5}{10}$.
6. La partie décimale de $1,2$ est 2.
7. $75,090 < 75,1$.

EXERCICE 2

Paul souhaite peser un bijou de masse m. Une balance affiche cette masse à l'aide d'une flèche sur une demi-droite graduée (l'unité est le gramme). Des options d'affichage permettent d'effectuer deux zooms successifs pour obtenir une plus grande précision de lecture.

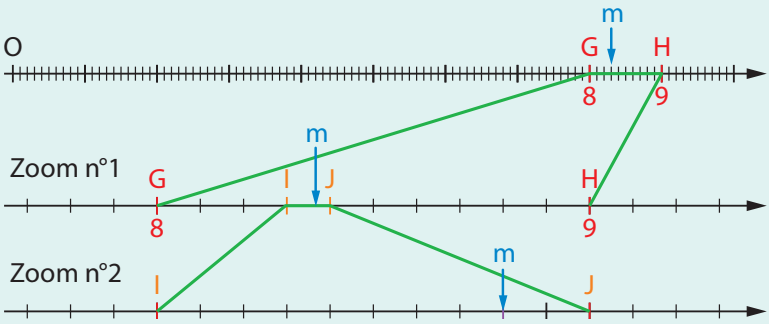

1. Quelles sont les abscisses des points G et H ?
2. **a.** Quelles sont les abscisses des points I et J ?

   b. En déduire un encadrement au dixième de la masse m.
3. Exprimer la masse m du bijou avec la précision la plus grande possible.

EXERCICE 3

1. Donner en écriture fractionnaire les abscisses des points A, B et C.

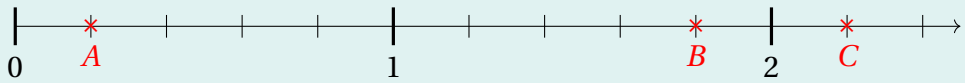

2. Reproduire la demi-droite graduée ci-dessus et y placer les points D et E d'abscisses respectives 1 et $\frac{4}{5}$.

EXERCICE 4

1. Reproduire le triangle ABC ci-dessous à l'aide du quadrillage de votre feuille.

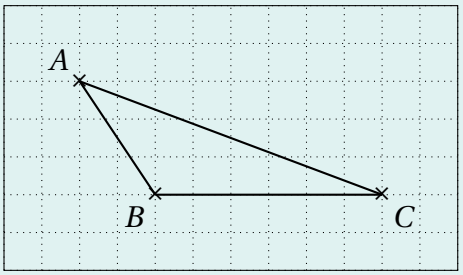

2. Tracer la droite (d) parallèle à (BC) et passant par A. Puis, tracer la hauteur (h) du triangle ABC issue de A.
3. Que peut-on dire des droites (d) et (h) ? Justifier.
4. **Question bonus.** Tracer les hauteurs du triangle ABC issues de B et de C. Que remarque-t-on ?

EXERCICE 5

1. Donner deux nombres compris entre $7,21$ et $7,22$.
2. Donner deux nombres compris entre $8,5$ et $8,501$.

EXERCICE 6

1. Tracer un carré $ABCD$ de côté $2,5$ cm.
2. Que peut-on dire des droites (AB) et (CD) ? Justifier.
3. Tracer le segment $[BD]$.
4. Quelle est la nature du triangle ABD ? Justifier.

Bon courage !

La calculatrice est **autorisée**.