EXERCICE

Un dragon lance des boules de feu sur une tour. Quand un joueur intercepte une boule de feu, son temps est marqué sur la ligne de tir.



1. On a reproduit la ligne de tir ci-dessous.

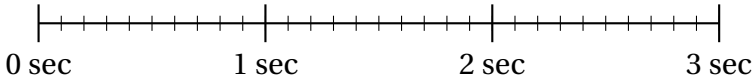

Indiquer sur la ligne le temps des joueurs suivants (N pour Nina, L pour Lily, etc.).

a. Nina : 1 seconde et 7 dixièmes.

b. Lily : 9 dixièmes de seconde.

c. Cali : 2 secondes et 3 dixièmes.

d. Eneko : 2 secondes et 4 dixièmes.

2. Les scores sont affichés avec trois écritures différentes. Compléter le tableau ci-dessous.

Joueurs	Scores		
Nina	17 dixièmes	$1+\frac{7}{10}$	1,7
Lilly			
Cali			
Eneko			
Anton	14 dixièmes		
Sarah			2,8
Téva			1

3. Jules et Zoé ont intercepté la boule de feu entre 2,3 et 2,4 secondes. Pour se départager, ils utilisent la loupe du jeu, qui grossit dix fois la ligne de tir.

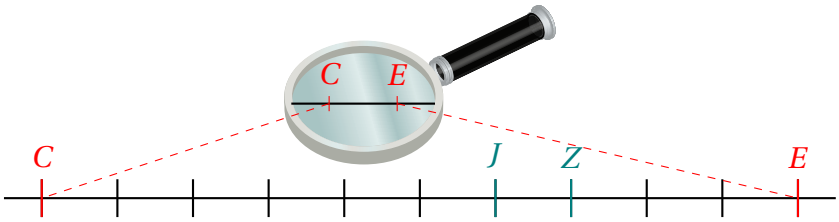

Donner trois écritures des scores de Jules et Zoé.

a. Jules : .....

b. Zoé : .....