REPÉRAGE ET DÉPLACEMENT

ACTIVITÉ

1. Un petit programme est écrit ci-dessous. Il décrit le déplacement que Steve, le personnage de gauche va effectuer.

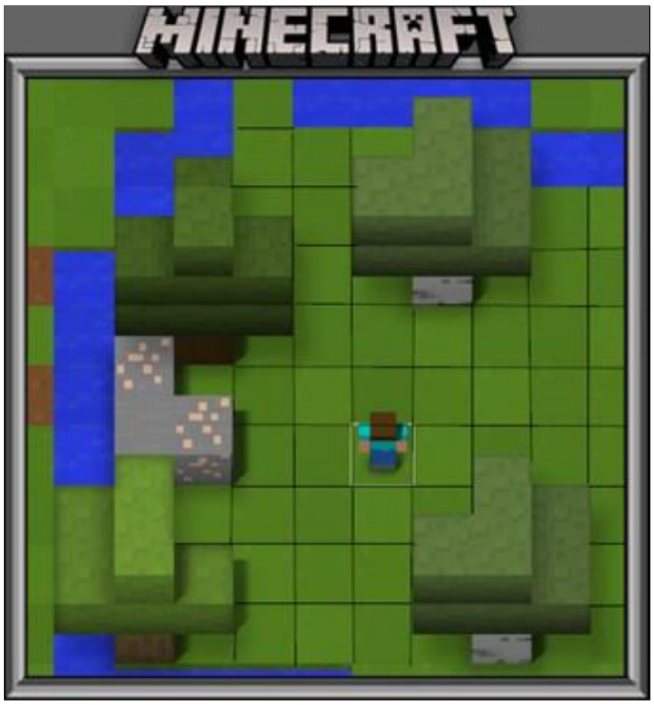

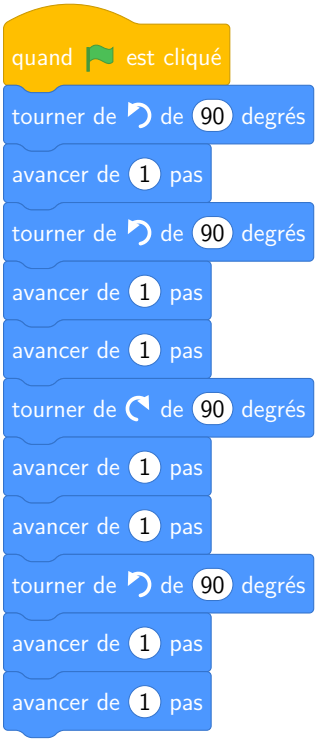

Sur le quadrillage, tracer le chemin que Steve va effectuer, sachant que celui-ci est orienté vers le bas.

2. Comme pour la question précédente, nous avons rédigé un programme décrivant les déplacements du robot dans la grille ci-dessous.

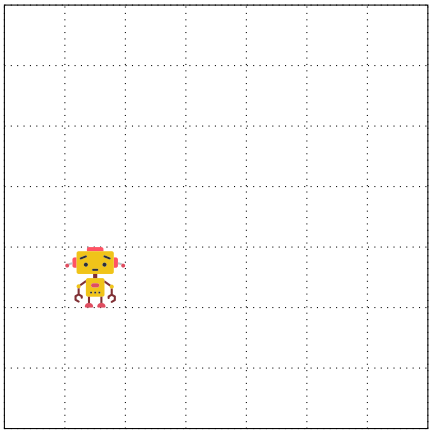

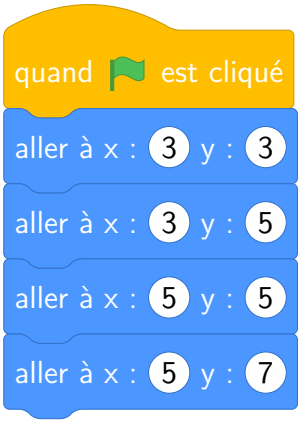

a. Sur le quadrillage, tracer le chemin que le robot va effectuer.

b. Que remarque-t-on ?