REPÉRAGE ET DÉPLACEMENT

EXERCICE 1

Un petit programme est écrit ci-dessous. Il décrit le déplacement que Steve, le personnage de gauche va effectuer.

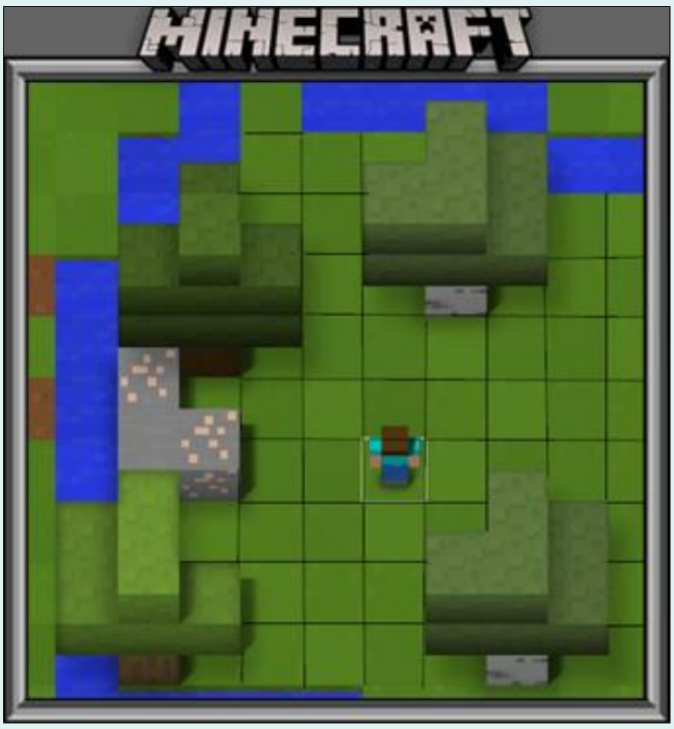

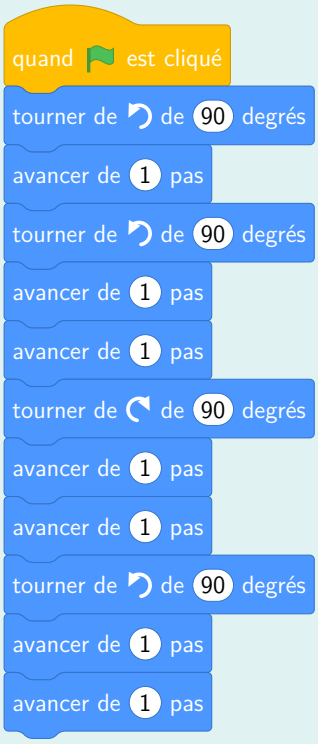

Sur le quadrillage, tracer le chemin que Steve va effectuer, sachant que celui-ci est orienté vers le bas.

EXERCICE 2

Comme pour l'exercice précédent, nous avons rédigé un programme décrivant les déplacements du robot dans la grille ci-dessous.

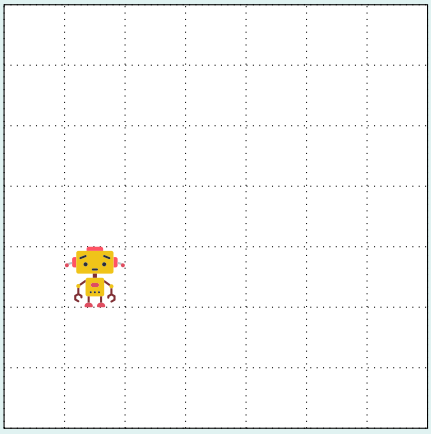

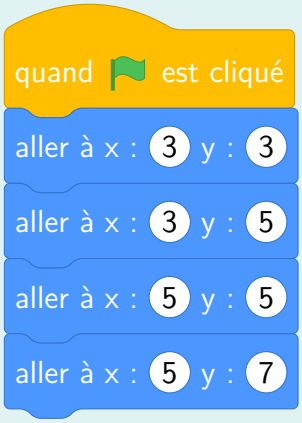

1. Sur le quadrillage, tracer le chemin que le robot va effectuer.
2. Que remarque-t-on ?