SYMÉTRIE AXIALE

EXERCICE

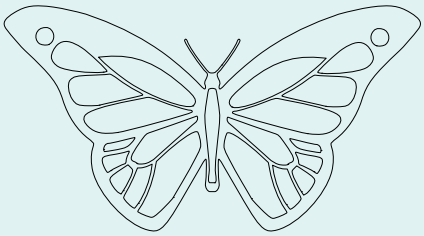

Figure 1

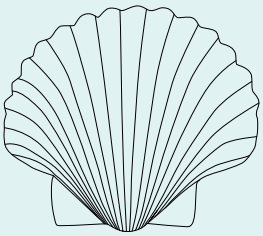

Figure 2



Figure 3



Figure 4

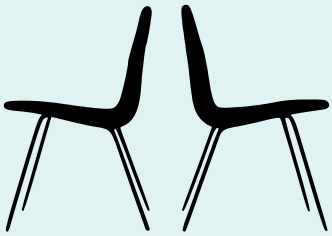

Figure 5



Figure 6

1. Pour chacune des figures ci-dessus, est il possible de trouver un axe de pliage pour que la figure se superpose parfaitement sur elle-même ?
   - **a.** Figure 1. .....
   - **b.** Figure 2. .....
   - **c.** Figure 3. .....
   - **d.** Figure 4. .....
   - **e.** Figure 5. .....
   - **f.** Figure 6. .....

   Les tracer dans les cas où c'est possible.
2. Comment s'appelle un tel axe de pliage ? .....
3. Dans le cas où la figure se superpose sur elle-même, comment s'appelle "l'autre moitié" de la figure par rapport à l'axe de pliage ? .....